Comenzado el	lunes, 3 de mayo de 2021, 19:12
Estado	Finalizado
Finalizado en	lunes, 3 de mayo de 2021, 19:37
Tiempo empleado	25 minutos 10 segundos
Calificación	**7,83** de 10,00 (**78**%)

Pregunta **1**

Correcta

Puntúa 1,00 sobre 1,00

Al pasar el siguiente MER al Modelo relacional:

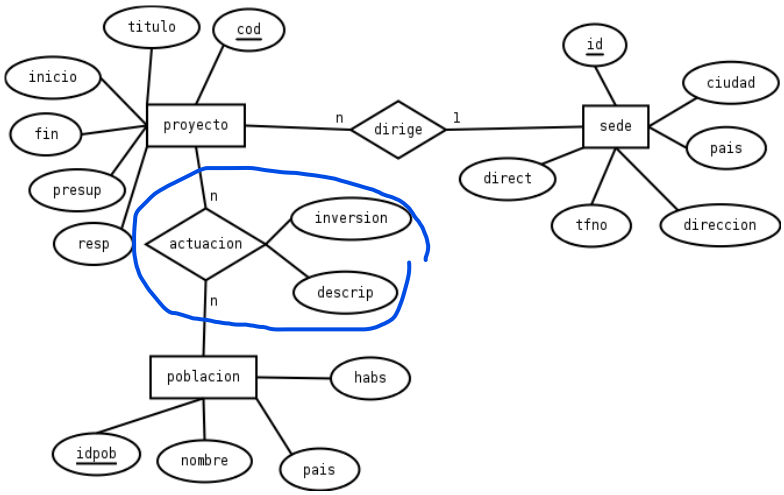

Cuántos tablas generan las relaciones?

Seleccione una:

- a. 2
- b. Las relaciones nunca generan tablas
- c. ninguna en este ejemplo
- d. 1 ✔

Correcta

Puntos para este envío: 1,00/1,00.

Pregunta **2**

Correcta

Puntúa 1,00 sobre 1,00

En el siguiente MER:

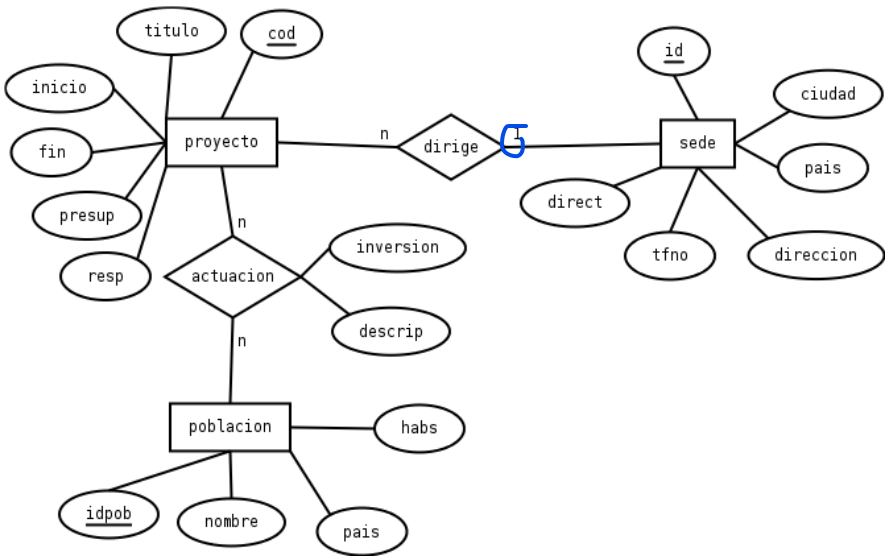

La cantidad de sedes que puede tener cada proyecto es N

Seleccione una:

- Verdadero
- Falso ✔

Correcta

Puntos para este envío: 1,00/1,00.

Pregunta **3**

Correcta

Puntúa 1,00 sobre 1,00

Observe el siguiente gráfico E/R.

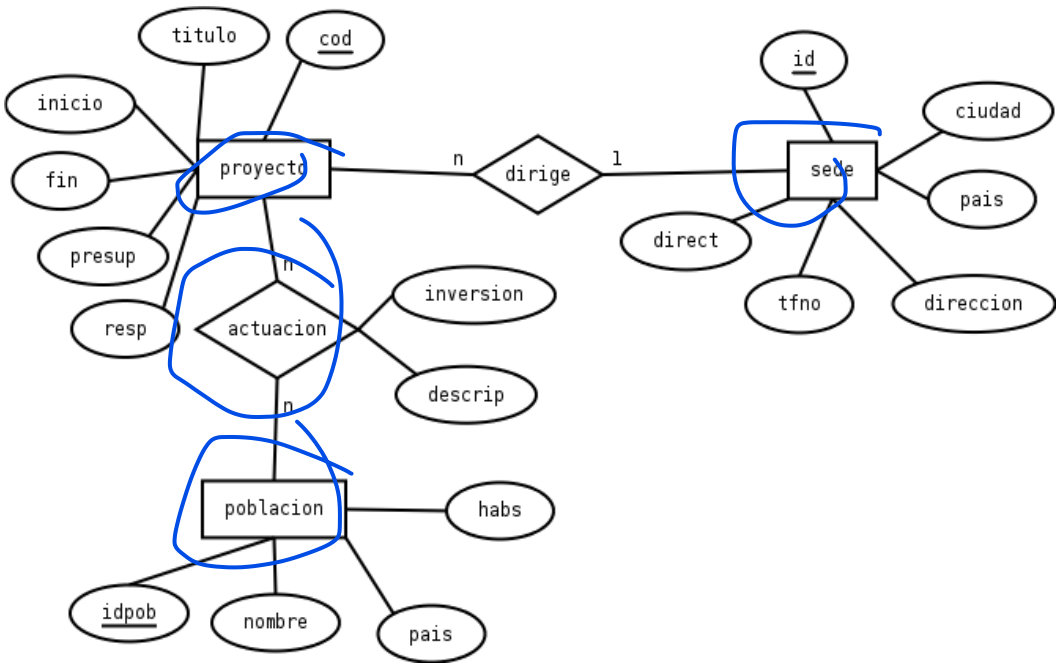

Indique cuantas tablas se generan al pasarlo al modelo relacional

Seleccione una:

- a. 3
- b. Más de 5
- c. 2
- d. 5
- e. 4 ✔

Correcta

Puntos para este envío: 1,00/1,00.

Pregunta **4**

Correcta

Puntúa 1,00 sobre 1,00

Al pasar el siguiente MER al Modelo relacional:

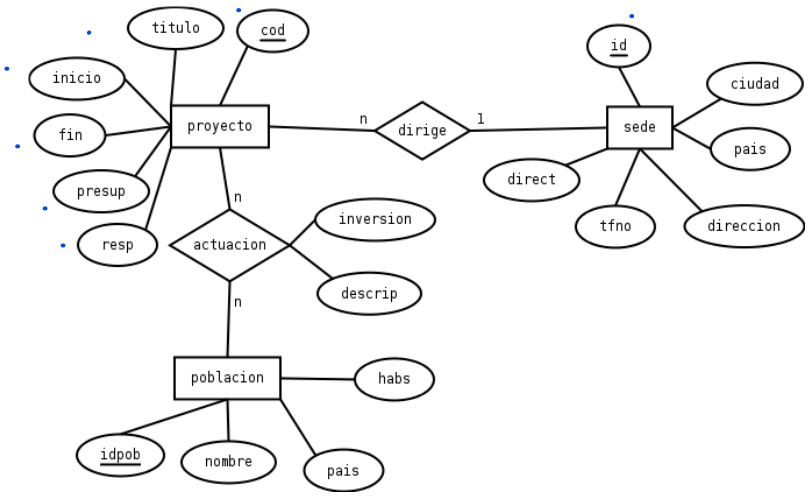

Cuántos atributos quedarán en la tabla proyecto?

Seleccione una:

- a. 7
- b. 8
- c. 6
- d. 9

Correcta

Puntos para este envío: 1,00/1,00.

Pregunta **5**

Correcta

Puntúa 1,00 sobre 1,00

En el modelo relacional correspondiente al siguiente MER, se generan dos claves foráneas en una tabla proveniente de la relación "actuación":

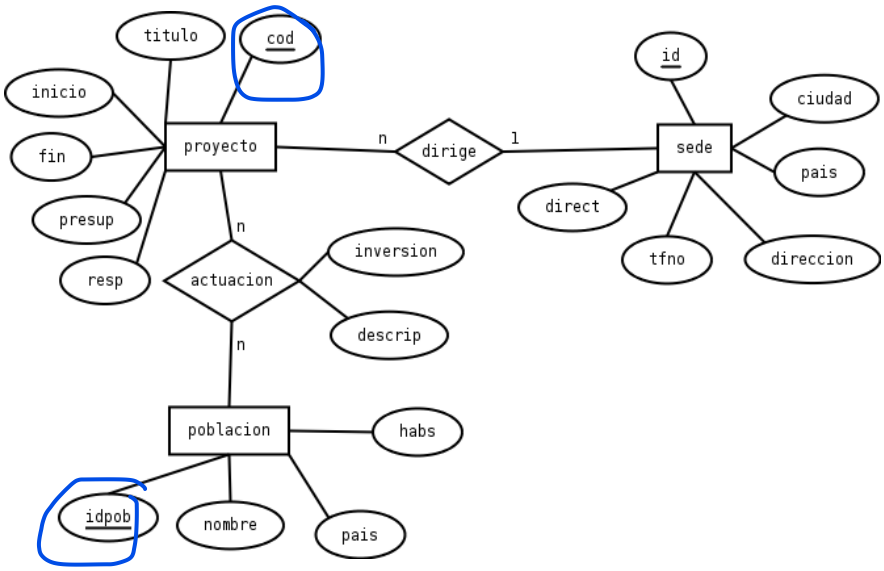

Seleccione una:

- Verdadero ✔
- Falso

Correcta

Puntos para este envío: 1,00/1,00.

Pregunta **6**

Correcta

Puntúa 1,00 sobre 1,00

En el siguiente MER:

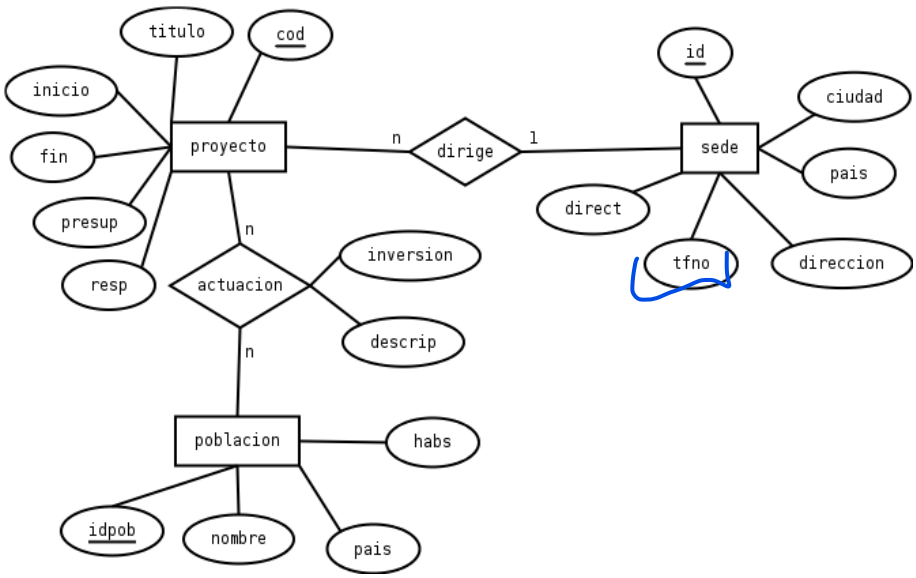

indicar cuáles de los siguientes atributos pueden ser multivaluados:

Seleccione una:

- a. inicio
- b. direccion
- c. habs
- d. direct
- e. tfno ✔

Correcta

Puntos para este envío: 1,00/1,00.

Pregunta **7**

Correcta

Puntúa 0,00 sobre 1,00

Observe el siguiente gráfico E/R. A continuación indique cuál es la descripción correcta del mismo:

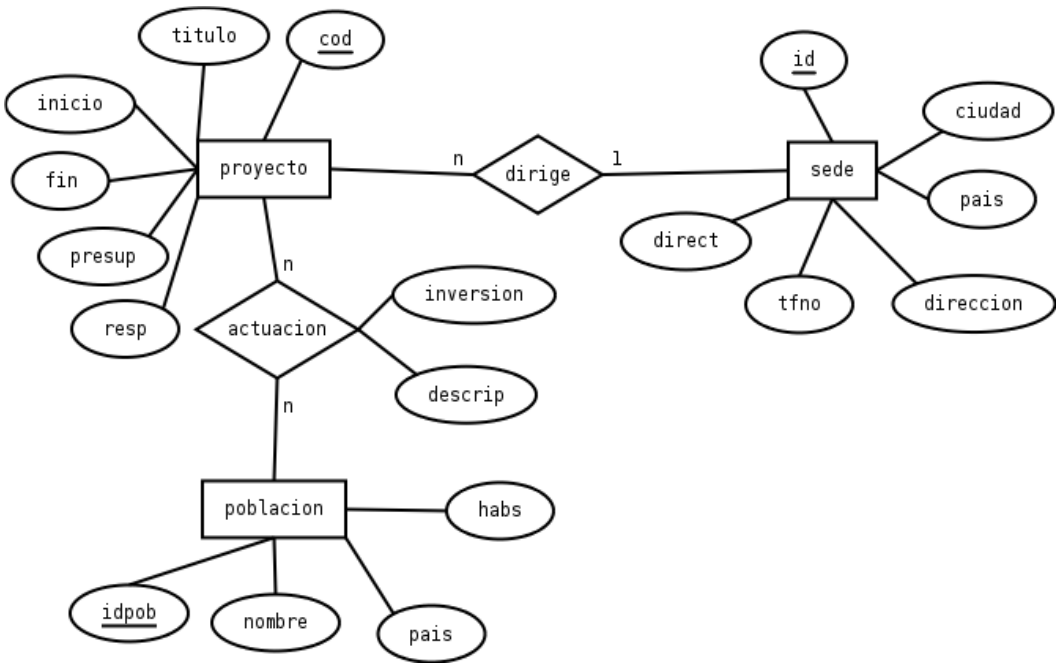

Seleccione una:

- a. Todas incompletas
- b. Una ONG desea elaborar una base de datos para llevar el seguimiento de todos sus proyectos.
  - La ONG tiene diversas sedes en varios países que se encargan de gestionar y coordinar los proyectos en ese país,
  - cada uno de los cuales puede afectar a una o varias poblaciones.
  - Sobre la Población se desea mantener un nombre, identificador para poder diferenciarla, país y cantidad de habitantes.
  - Cada sede gestiona un conjunto de proyectos, con un código, un título, fechas de inicio y finalización, el presupuesto asignado y el nombre del responsable.
  - De cada proyecto es necesario conocer qué actuaciones se realizan en cada población, almacenando el nombre, país y nº de habitantes y un identificador para diferenciarlas.

  Además se desea la inversión del proyecto que corresponde a la población y una pequeña descripción de la actuación.
- c. Ninguna
- d. Una ONG desea elaborar una base de datos para llevar el seguimiento de todos sus proyectos.
  - La ONG tiene diversas sedes en un países que se encargan de gestionar y coordinar los proyectos en ese país,
  - cada uno de los cuales puede afectar a una o varias Sedes.
  - Sobre la sedes se desea mantener un identificador, la ciudad y país en el que se encuentra, junto con su dirección, un teléfono de contacto y el nombre del director.
  - Cada sede gestiona un conjunto de proyectos, con un código, un título, fechas de inicio y finalización, el presupuesto asignado y el nombre del responsable.
  - De cada proyecto es necesario conocer qué actuaciones se realizan en cada población, almacenando el nombre, país y nº de habitantes y un identificador para diferenciarlas.
  - Además se desea la inversión del proyecto que corresponde a la población y una pequeña descripción de la actuación.
- e. Una ONG desea elaborar una base de datos para llevar el seguimiento de todos sus proyectos. ✔

- La ONG tiene diversas sedes en varios países que se encargan de gestionar y coordinar los proyectos en ese país,
- cada proyecto puede afectar a una o varias poblaciones.
- Sobre la sedes se desea mantener un identificador, la ciudad y país en el que se encuentra, junto con su dirección, un teléfono de contacto y el nombre del director.
- Cada sede gestiona un conjunto de proyectos, con un código, un título, fechas de inicio y finalización, el presupuesto asignado y el nombre del responsable.
- De cada proyecto es necesario conocer qué actuaciones se realizan en cada población, de las cuales se almacena el nombre, país y nº de habitantes y un identificador para diferenciarlas.
- Además se desea la inversión del proyecto que corresponde a la población y una pequeña descripción de la actuación

Correcta

Puntos para este envío: 1,00/1,00. Contando con los intentos anteriores, daría **0,00/1,00**.

Pregunta **8**

Parcialmente correcta

Puntúa 0,67 sobre 1,00

Un motor de base de datos es un Sistema de BD ✖ .

Un ejemplo del mismo puede ser SQL Developer ✖ .

Cuando el motor está instalado y funcionando, normalmente inicia un servicio propio del motor ✔ en el sistema operativo.

Parcialmente correcta

Puntos para este envío: 0,33/1,00. Contando con los intentos anteriores, daría **0,67/1,00**.

Pregunta **9**

Parcialmente correcta

Puntúa 0,50 sobre 1,00

Determinar la categoría de la siguientes relaciones binarias (1:1, 1:N, N:M):

Manager representa Jugador de Fútbol	1:N	✔
Profesor dicta Materia	1:N	✖ N : M
Hombre está casado con Mujer, en una sociedad monogámica	1:1	✔
Persona apuesta a número de quiniela	1:1	✖ N : M

la materia puede ser dictada por varios profesores y los profes pueden dictar varias materias

Parcialmente correcta

Puntos para este envío: 0,50/1,00.

Pregunta **10**

Correcta

Puntúa 0,67 sobre 1,00

Observe el siguiente gráfico E/R.

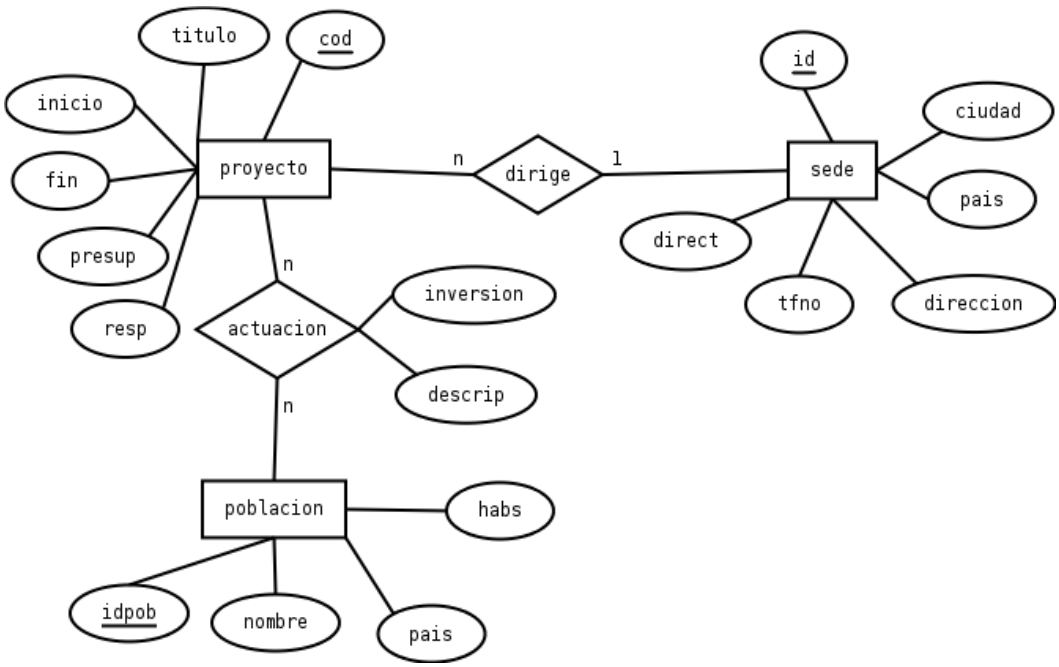

Indique cuantas tablas generan los atributos al pasarlo al modelo relacional

Seleccione una:

- a. 4
- b. 2
- c. Ninguna ✔
- d. 3
- e. 1 tabla por cada atributo
- f. 1

Correcta

Puntos para este envío: 1,00/1,00. Contando con los intentos anteriores, daría **0,67/1,00**.

◄ Zoom sábado 8 de mayo 10hs

Ir a...

Evaluación Parcial 1 - 19:00 hs. 3k10 ►

Comenzado el	lunes, 3 de mayo de 2021, 19:30
Estado	Finalizado
Finalizado en	lunes, 3 de mayo de 2021, 19:43
Tiempo empleado	13 minutos 31 segundos
Calificación	**8,00** de 10,00 (**80**%)

Pregunta **1**

Correcta

Puntúa 1,00 sobre 1,00

En el modelo relacional se genera una tabla de la relación "actuación" del siguiente MER:

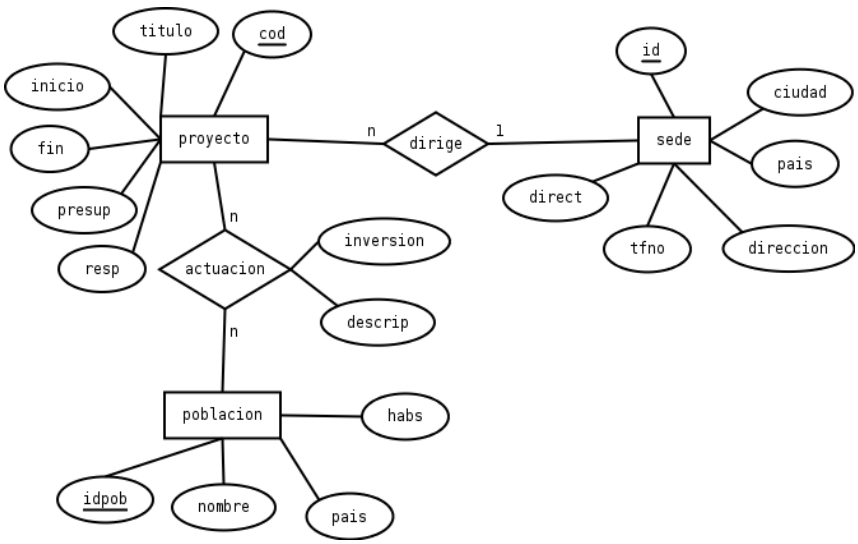

Seleccione una:

- Verdadero ✔
- Falso

Pregunta **2**

Incorrecta

Puntúa 0,00 sobre 1,00

Para poder instalar un motor de Base de datos, es necesario:

Seleccione una:

- a. haber iniciado los servicios de linux/windows correspondientes a ese motor ?
- b. tener usuarios creados previamente como sysdba en el sistema operativo
- c. tener una partición en el disco especial para el motor ?
- d. Todas las anteriores ✖
- e. Ninguna de las anteriores

Pregunta **3**

Incorrecta

Puntúa 0,00 sobre 1,00

En el siguiente MER:

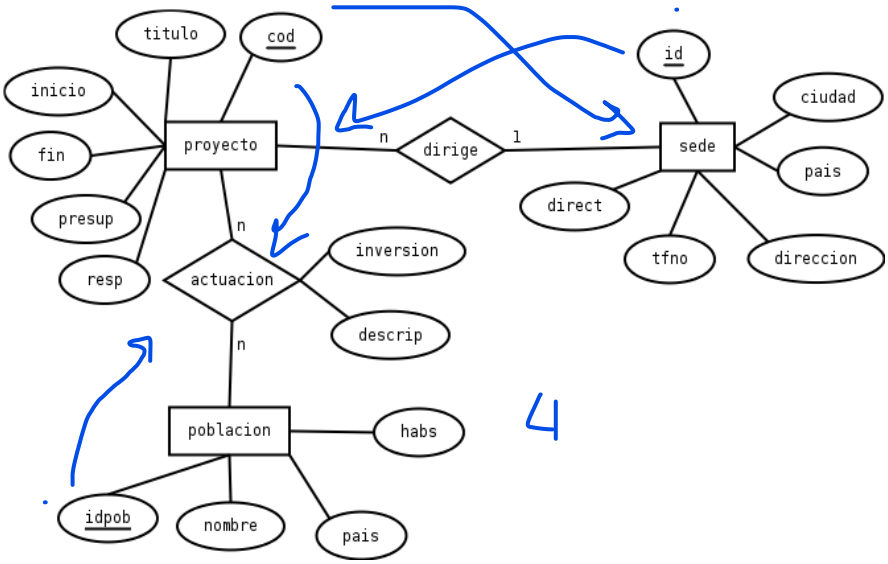

4

indicar la cantidad de claves foráneas

Seleccione una:

- a. 2
- b. 4
- c. ninguna
- d. 1
- e. 3 ✖

Pregunta **4**

Correcta

Puntúa 1,00 sobre 1,00

Al pasar el siguiente MER al Modelo relacional:

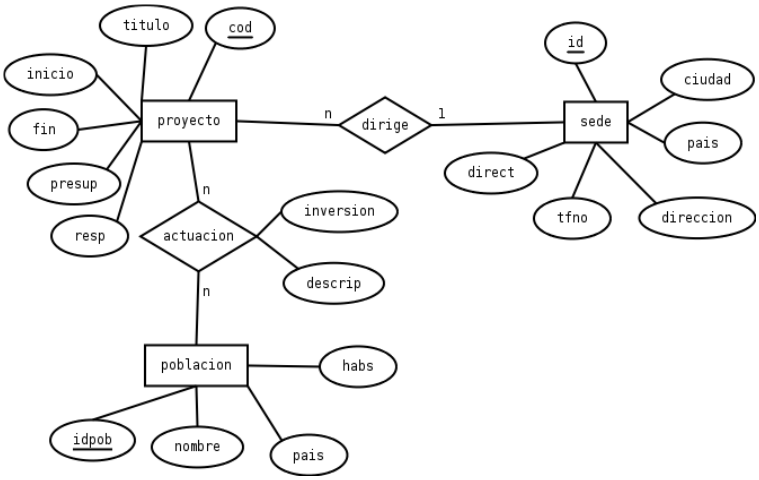

Cuántos tablas generan las relaciones?

Seleccione una:

- a. ninguna en este ejemplo
- b. Las relaciones nunca generan tablas
- c. 2
- d. 1 ✔

Pregunta **5**

Correcta

Puntúa 1,00 sobre 1,00

En el siguiente MER:

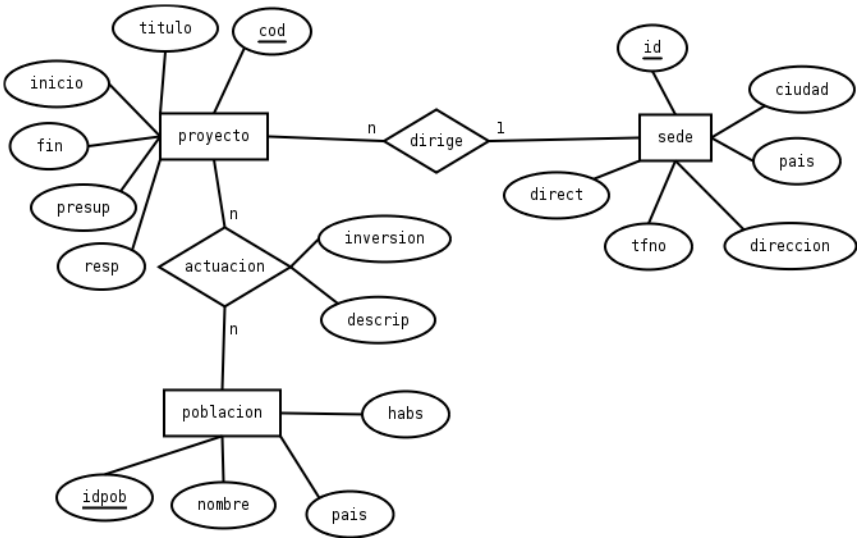

La cantidad de sedes que puede tener cada proyecto es N

Seleccione una:

- Verdadero
- Falso ✔

Pregunta **6**

Correcta

Puntúa 1,00 sobre 1,00

Determinar la categoría de la siguientes relaciones binarias (1:1, 1:N, N:M):

Manager representa Jugador de Fútbol	1:N	✔
Profesor dicta Materia	N:M	✔
Persona apuesta a número de quiniela	N:M	✔
Hombre está casado con Mujer, en una sociedad monogámica	1:1	✔

Pregunta **7**

Correcta

Puntúa 1,00 sobre 1,00

Observe el siguiente gráfico E/R. A continuación indique cuál es la descripción correcta del mismo:

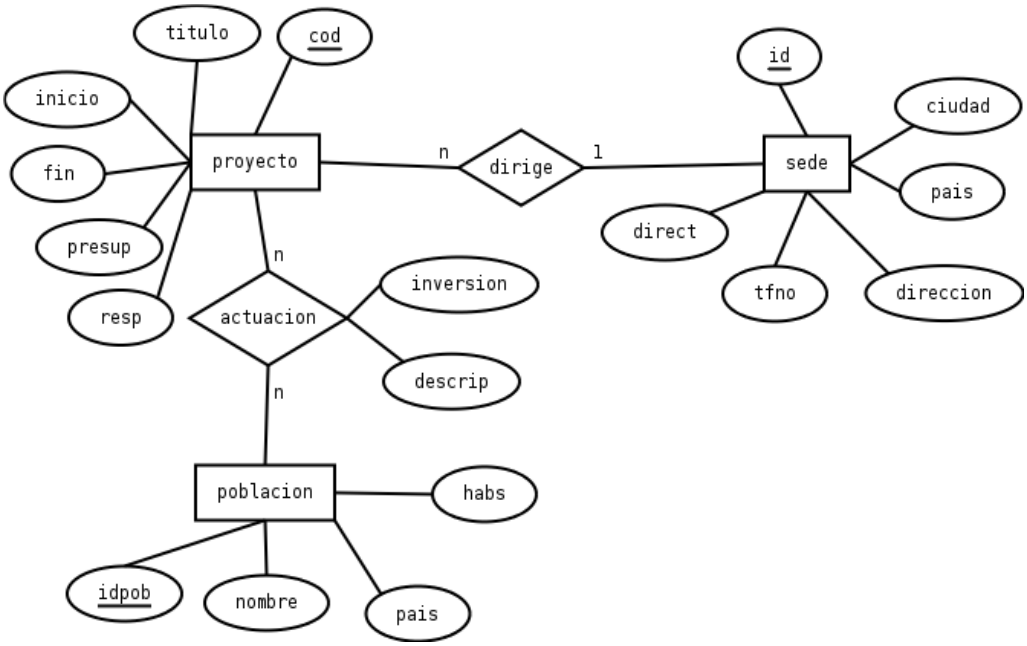

Seleccione una:

a. Una ONG desea elaborar una base de datos para llevar el seguimiento de todos sus proyectos.

- La ONG tiene diversas sedes en un países que se encargan de gestionar y coordinar los proyectos en ese país,
- cada uno de los cuales puede afectar a una o varias Sedes.
- Sobre la sedes se desea mantener un identificador, la ciudad y país en el que se encuentra, junto con su dirección, un teléfono de contacto y el nombre del director.
- Cada sede gestiona un conjunto de proyectos, con un código, un título, fechas de inicio y finalización, el presupuesto asignado y el nombre del responsable.
- De cada proyecto es necesario conocer qué actuaciones se realizan en cada población, almacenando el nombre, país y nº de habitantes y un identificador para diferenciarlas.
- Además se desea la inversión del proyecto que corresponde a la población y una pequeña descripción de la actuación.

b. Ninguna

c. Una ONG desea elaborar una base de datos para llevar el seguimiento de todos sus proyectos.

- La ONG tiene diversas sedes en varios países que se encargan de gestionar y coordinar los proyectos en ese país,
- cada uno de los cuales puede afectar a una o varias poblaciones.
- Sobre la Población se desea mantener un nombre, identificador para poder diferenciarla, país y cantidad de habitantes.
- Cada sede gestiona un conjunto de proyectos, con un código, un título, fechas de inicio y finalización, el presupuesto asignado y el nombre del responsable.
- De cada proyecto es necesario conocer qué actuaciones se realizan en cada población, almacenando el nombre, país y nº de habitantes y un identificador para diferenciarlas.

Además se desea la inversión del proyecto que corresponde a la población y una pequeña descripción de la actuación.

d. Una ONG desea elaborar una base de datos para llevar el seguimiento de todos sus proyectos. ✔

- La ONG tiene diversas sedes en varios países que se encargan de gestionar y coordinar los proyectos en ese país,
- cada proyecto puede afectar a una o varias poblaciones.
- Sobre la sedes se desea mantener un identificador, la ciudad y país en el que se encuentra, junto con su dirección, un teléfono de contacto y el nombre del director.
- Cada sede gestiona un conjunto de proyectos, con un código, un título, fechas de inicio y finalización, el presupuesto asignado y el nombre del responsable.

- De cada proyecto es necesario conocer qué actuaciones se realizan en cada población, de las cuales se almacena el nombre, país y nº de habitantes y un identificador para diferenciarlas.
- Además se desea la inversión del proyecto que corresponde a la población y una pequeña descripción de la actuación

e. Todas incompletas

Pregunta **8**

Correcta

Puntúa 1,00 sobre 1,00

Un motor de base de datos es un SGBD ✔ .

Un ejemplo del mismo puede ser Oracle ✔ .

Cuando el motor está instalado y funcionando, normalmente inicia un servicio propio del motor ✔ en el sistema operativo.

Pregunta **9**

Correcta

Puntúa 1,00 sobre 1,00

SQL Developer es:

Seleccione una:

a. un motor de base de datos

b. un Sistema de Gestión de Bases de Datos (SGBD)

c. Una herramienta de diseño de bases de datos

d. Una herramienta que simplifica el desarrollo y administración de una base de datos ✔

e. Ninguna de las anteriores

Pregunta **10**

Correcta

Puntúa 1,00 sobre 1,00

Al pasar el siguiente MER al Modelo relacional:

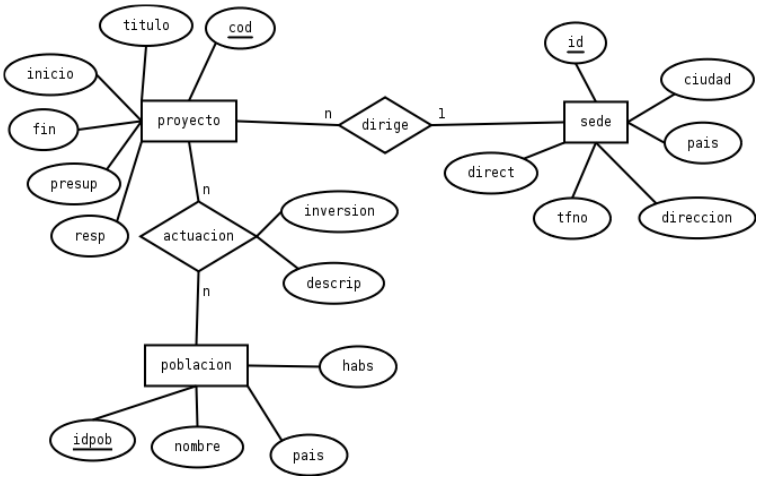

Cuántos atributos quedarán en la tabla proyecto?

Seleccione una:

- a. 7 ✔
- b. 6
- c. 9
- d. 8

◄ Zoom sábado 8 de mayo 10hs

Ir a...

Evaluación Parcial 1 - 19:00 hs. 3k10 ►

Comenzado el	lunes, 3 de mayo de 2021, 19:30
Estado	Finalizado
Finalizado en	lunes, 3 de mayo de 2021, 19:42
Tiempo empleado	11 minutos 59 segundos
Calificación	**9,00** de 10,00 (**90**%)

Pregunta **1**

Correcta

Puntúa 1,00 sobre 1,00

Un motor de base de datos es un SGBD ✔ .

Un ejemplo del mismo puede ser Oracle ✔ .

Cuando el motor está instalado y funcionando, normalmente inicia un servicio propio del motor ✔ en el sistema operativo.

Pregunta **2**

Correcta

Puntúa 1,00 sobre 1,00

Al pasar el siguiente MER al Modelo relacional:

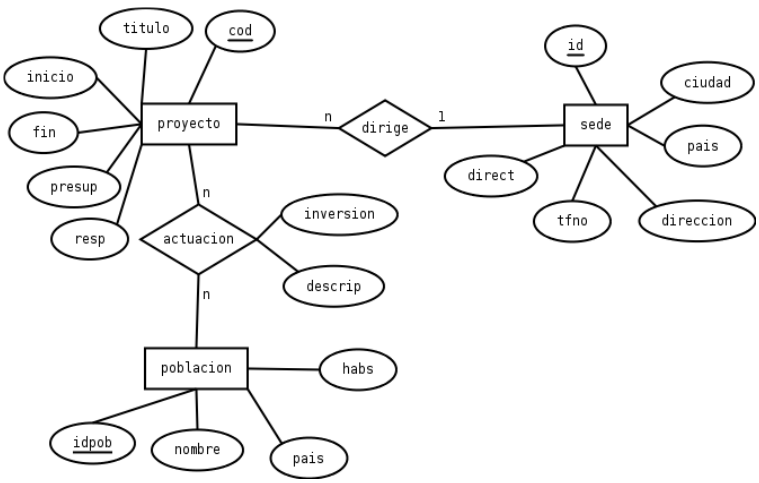

Cuántos tablas generan las relaciones?

Seleccione una:

- a. Las relaciones nunca generan tablas
- b. 2
- c. 1 ✔
- d. ninguna en este ejemplo

Pregunta **3**

Correcta

Puntúa 1,00 sobre 1,00

En el siguiente MER:

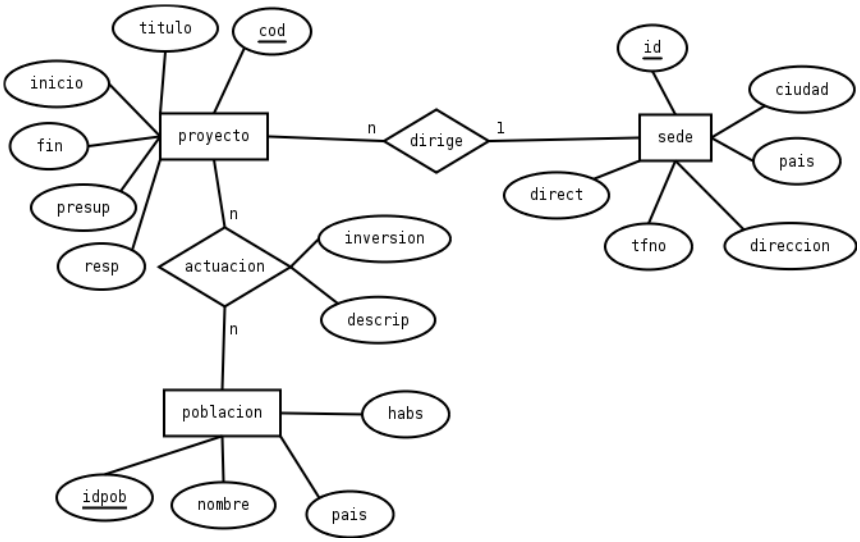

La cantidad de sedes que puede tener cada proyecto es N

Seleccione una:

- Verdadero
- Falso ✔

Pregunta **4**

Correcta

Puntúa 1,00 sobre 1,00

Determinar la categoría de la siguientes relaciones binarias (1:1, 1:N, N:M):

Persona apuesta a número de quiniela	N:M	✔
Hombre está casado con Mujer, en una sociedad monogámica	1:1	✔
Manager representa Jugador de Fútbol	1:N	✔
Profesor dicta Materia	N:M	✔

Pregunta **5**

Incorrecta

Puntúa 0,00 sobre 1,00

En el siguiente MER:

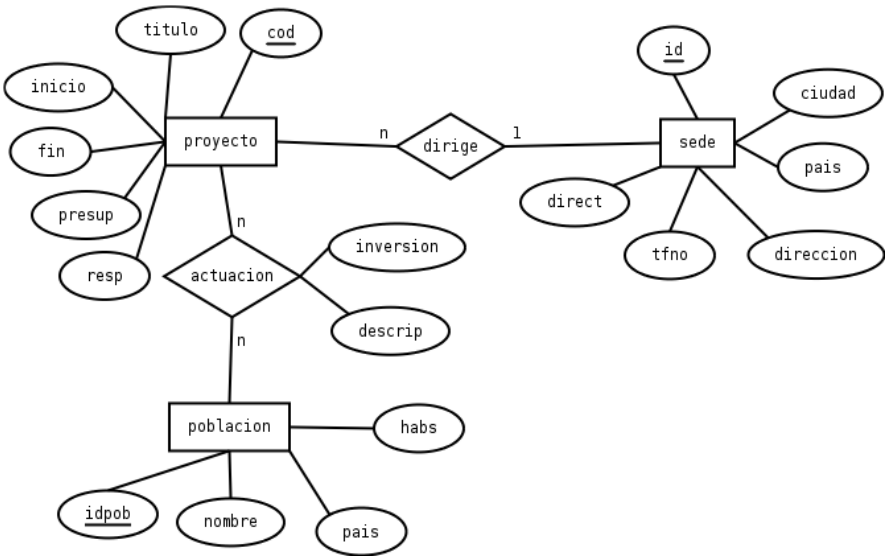

indicar la cantidad de claves foráneas

Seleccione una:

- a. 4
- b. 1
- c. 2
- d. 3
- e. ninguna

Pregunta **6**

Correcta

Puntúa 1,00 sobre 1,00

En el siguiente MER:

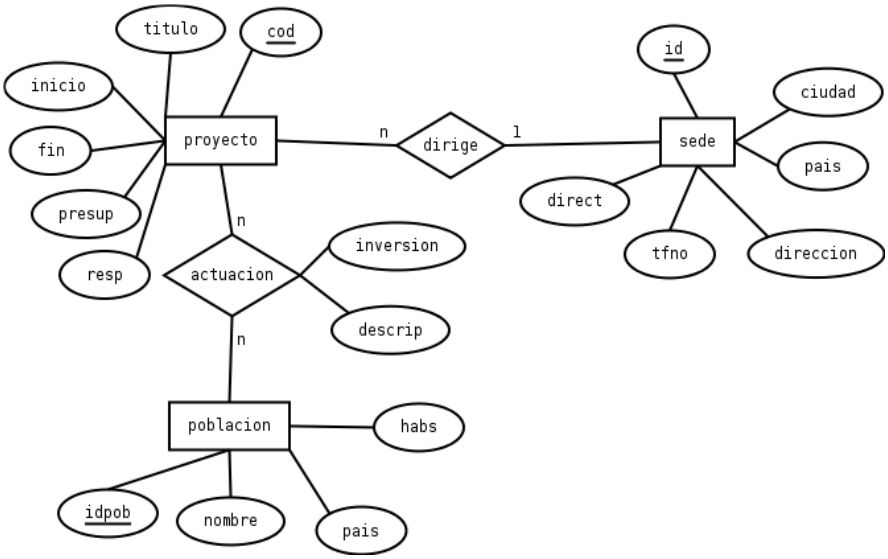

indicar cuáles de los siguientes atributos pueden ser multivaluados:

Seleccione una:

- a. tfno ✔
- b. direccion
- c. habs
- d. direct
- e. inicio

Pregunta **7**

Correcta

Puntúa 1,00 sobre 1,00

Al pasar el siguiente MER al Modelo relacional:

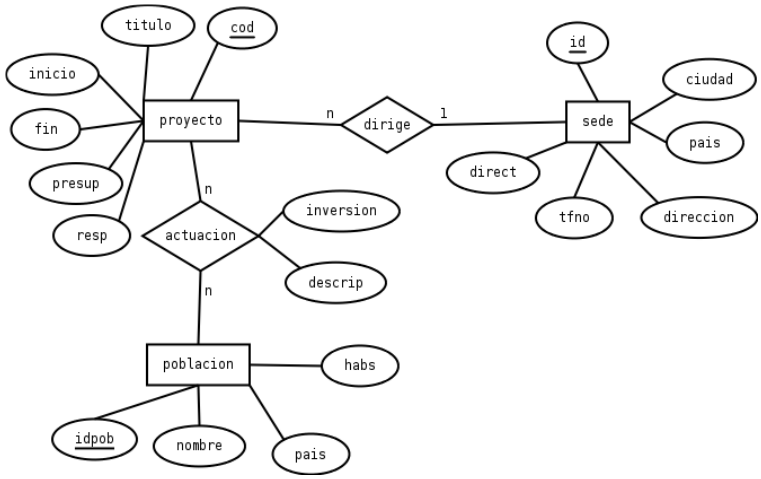

Cuántos atributos quedarán en la tabla proyecto?

Seleccione una:

- a. 9
- b. 8
- c. 7 ✔
- d. 6

Pregunta **8**

Correcta

Puntúa 1,00 sobre 1,00

Observe el siguiente gráfico E/R. A continuación indique cuál es la descripción correcta del mismo:

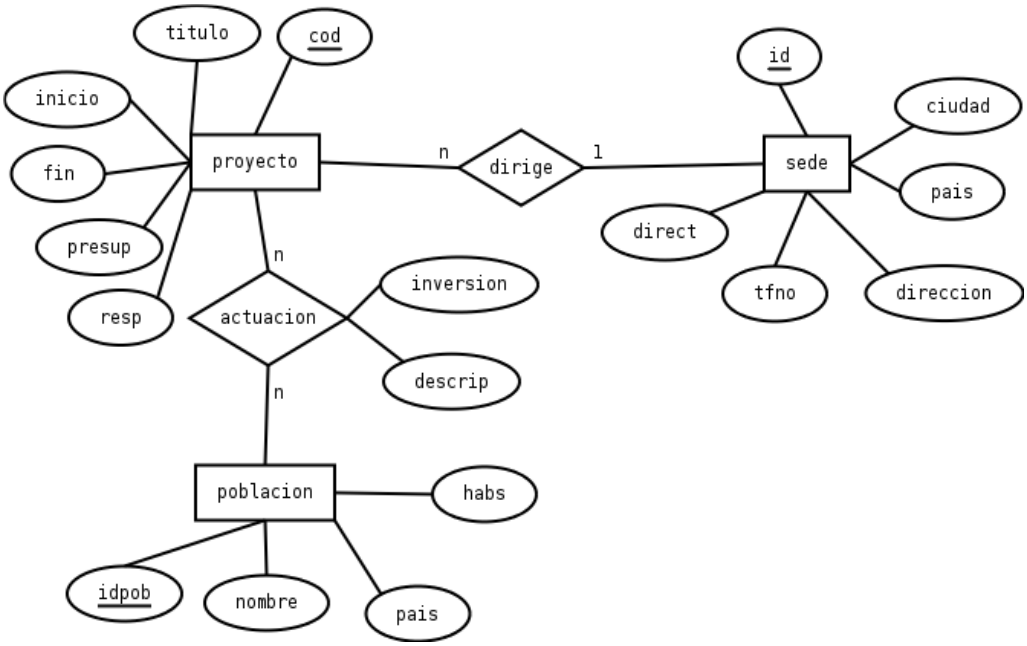

Seleccione una:

a. Una ONG desea elaborar una base de datos para llevar el seguimiento de todos sus proyectos. ✔

- La ONG tiene diversas sedes en varios países que se encargan de gestionar y coordinar los proyectos en ese país,
- cada proyecto puede afectar a una o varias poblaciones.
- Sobre la sedes se desea mantener un identificador, la ciudad y país en el que se encuentra, junto con su dirección, un teléfono de contacto y el nombre del director.
- Cada sede gestiona un conjunto de proyectos, con un código, un título, fechas de inicio y finalización, el presupuesto asignado y el nombre del responsable.
- De cada proyecto es necesario conocer qué actuaciones se realizan en cada población, de las cuales se almacena el nombre, país y nº de habitantes y un identificador para diferenciarlas.
- Además se desea la inversión del proyecto que corresponde a la población y una pequeña descripción de la actuación

b. Todas incompletas

c. Una ONG desea elaborar una base de datos para llevar el seguimiento de todos sus proyectos.

- La ONG tiene diversas sedes en un países que se encargan de gestionar y coordinar los proyectos en ese país,
- cada uno de los cuales puede afectar a una o varias Sedes.
- Sobre la sedes se desea mantener un identificador, la ciudad y país en el que se encuentra, junto con su dirección, un teléfono de contacto y el nombre del director.
- Cada sede gestiona un conjunto de proyectos, con un código, un título, fechas de inicio y finalización, el presupuesto asignado y el nombre del responsable.
- De cada proyecto es necesario conocer qué actuaciones se realizan en cada población, almacenando el nombre, país y nº de habitantes y un identificador para diferenciarlas.
- Además se desea la inversión del proyecto que corresponde a la población y una pequeña descripción de la actuación.

d. Una ONG desea elaborar una base de datos para llevar el seguimiento de todos sus proyectos.

- La ONG tiene diversas sedes en varios países que se encargan de gestionar y coordinar los proyectos en ese país,
- cada uno de los cuales puede afectar a una o varias poblaciones.
- Sobre la Población se desea mantener un nombre, identificador para poder diferenciarla, país y cantidad de habitantes.
- Cada sede gestiona un conjunto de proyectos, con un código, un título, fechas de inicio y finalización, el presupuesto asignado y el nombre del responsable.

- De cada proyecto es necesario conocer qué actuaciones se realizan en cada población, almacenando el nombre, país y nº de habitantes y un identificador para diferenciarlas.

Además se desea la inversión del proyecto que corresponde a la población y una pequeña descripción de la actuación.

e. Ninguna

Pregunta **9**

Correcta

Puntúa 1,00 sobre 1,00

Observe el siguiente gráfico E/R.

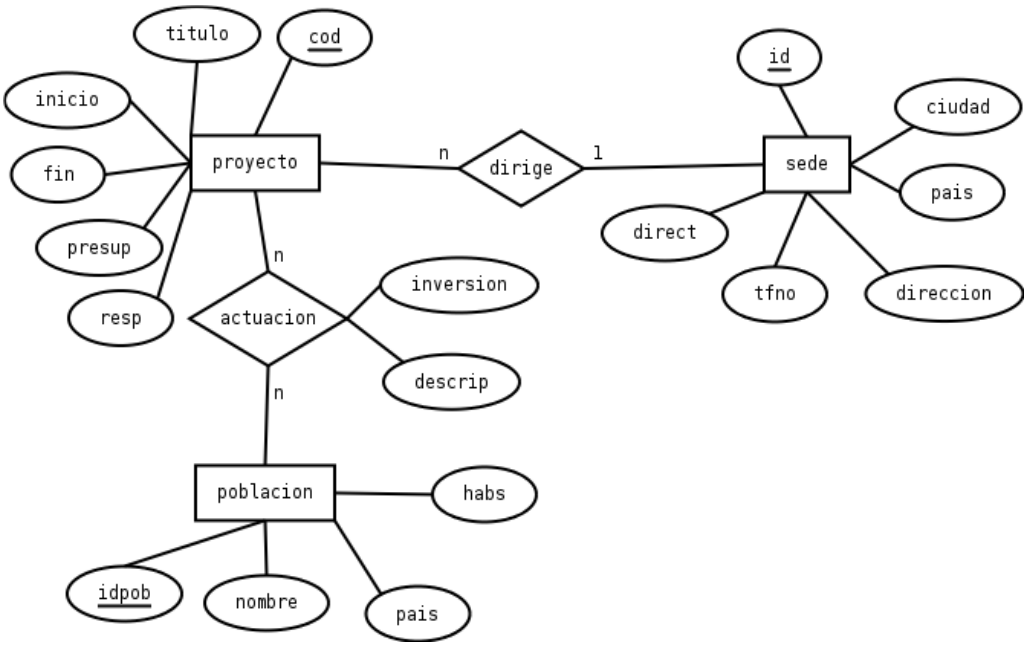

Indique cuantas tablas generan los atributos al pasarlo al modelo relacional

Seleccione una:

a. Ninguna ✔

b. 4

c. 1 tabla por cada atributo

d. 3

e. 2

f. 1

Pregunta **10**

Correcta

Puntúa 1,00 sobre 1,00

Observe el siguiente gráfico E/R.

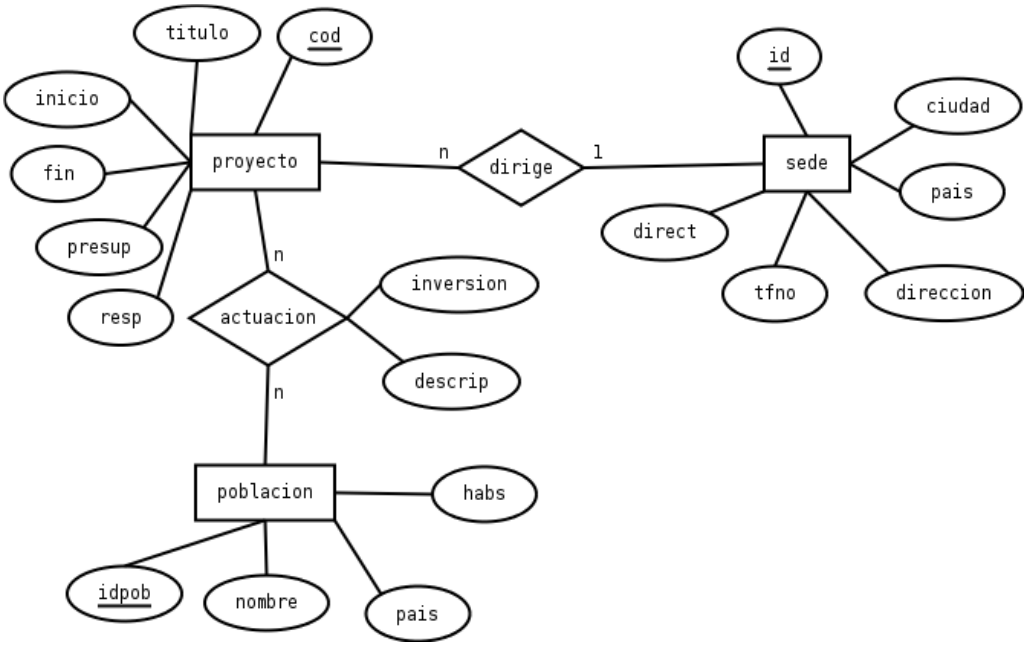

Indique cuantas tablas se generan al pasarlo al modelo relacional

Seleccione una:

- a. 4 ✔
- b. 3
- c. 2
- d. 5
- e. Más de 5

◄ Zoom sábado 8 de mayo 10hs

Ir a...

Evaluación Parcial 1 - 19:00 hs. 3k10 ►

Comenzado el	lunes, 3 de mayo de 2021, 19:15
Estado	Finalizado
Finalizado en	lunes, 3 de mayo de 2021, 19:45
Tiempo empleado	29 minutos 37 segundos
Calificación	**8,17** de 10,00 (**82**%)

Pregunta **1**

Correcta

Puntúa 1,00 sobre 1,00

Observe el siguiente gráfico E/R.

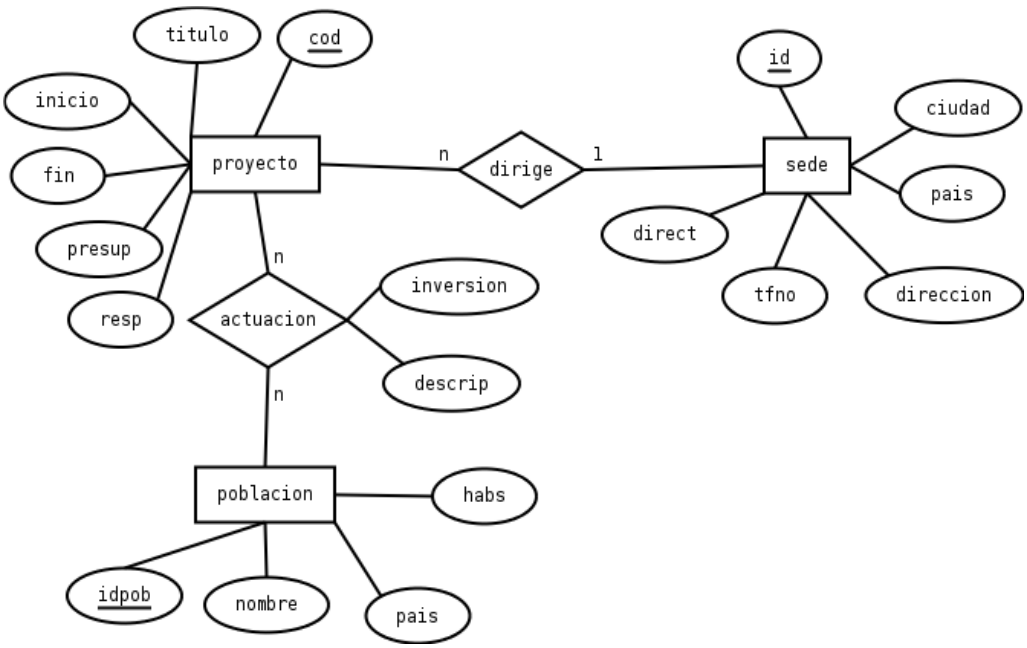

Indique cuantas tablas se generan al pasarlo al modelo relacional

Seleccione una:

- a. 4 ✔
- b. 2
- c. 5
- d. 3
- e. Más de 5

Correcta

Puntos para este envío: 1,00/1,00.

Pregunta **2**

Parcialmente correcta

Puntúa 0,67 sobre 1,00

Un motor de base de datos es un SGBD ✔ .

Un ejemplo del mismo puede ser SQL Developer ✖ .

Cuando el motor está instalado y funcionando, normalmente inicia un servicio propio del motor ✔ en el sistema operativo.

Parcialmente correcta

Puntos para este envío: 0,67/1,00. Contando con los intentos anteriores, daría **0,67/1,00**.

Pregunta **3**

Correcta

Puntúa 1,00 sobre 1,00

En el modelo relacional correspondiente al siguiente MER, se generan dos claves foráneas en una tabla proveniente de la relación "actuación":

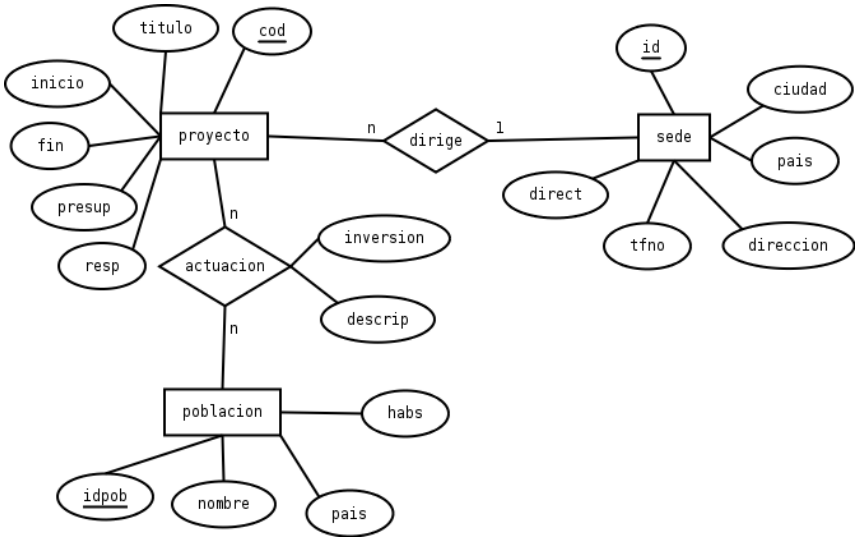

Seleccione una:

- Verdadero ✔
- Falso

Correcta

Puntos para este envío: 1,00/1,00.

Pregunta **4**

Correcta

Puntúa 1,00 sobre 1,00

Al pasar el siguiente MER al Modelo relacional:

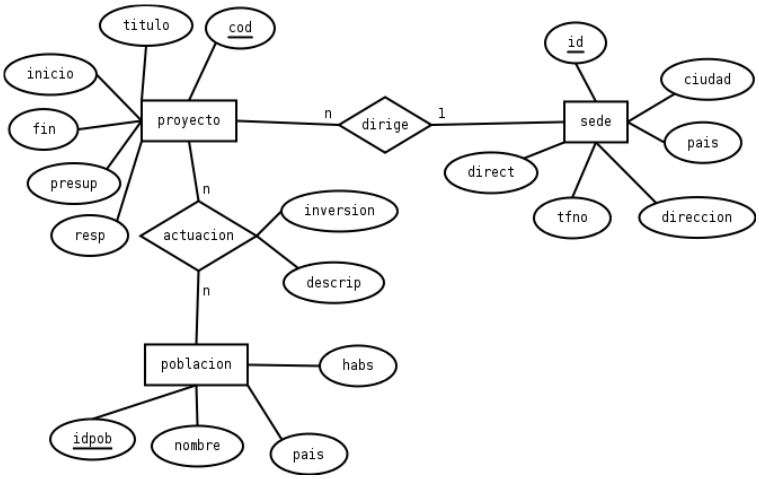

Cuántos tablas generan las relaciones?

Seleccione una:

- a. Las relaciones nunca generan tablas
- b. 1 ✔
- c. ninguna en este ejemplo
- d. 2

Correcta

Puntos para este envío: 1,00/1,00.

Pregunta **5**

Correcta

Puntúa 1,00 sobre 1,00

Observe el siguiente gráfico E/R.

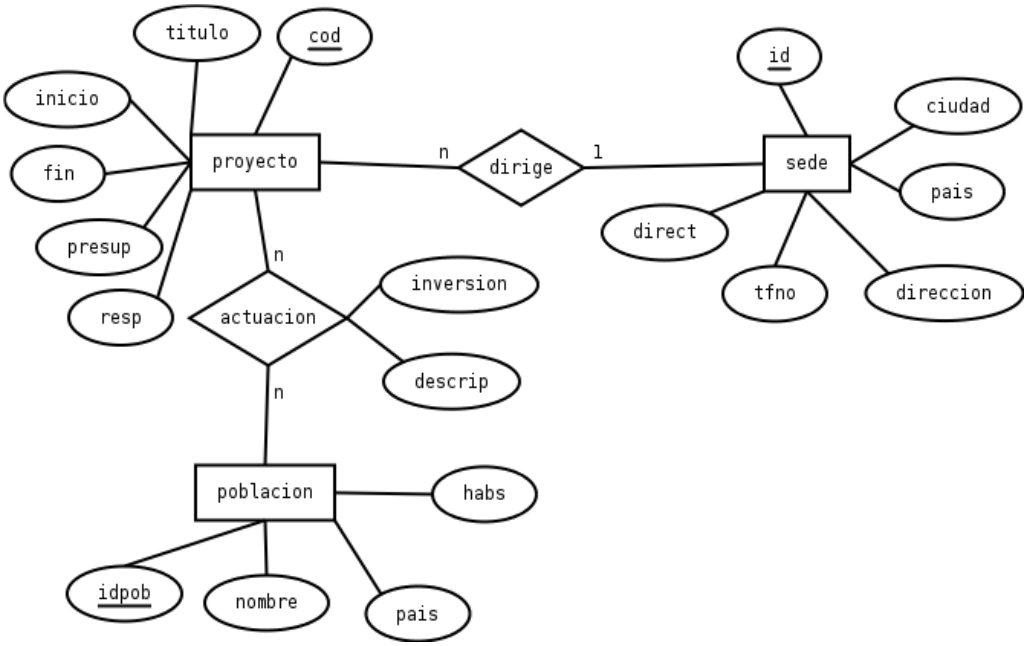

Indique cuantas tablas generan los atributos al pasarlo al modelo relacional

Seleccione una:

- a. 4
- b. 1 tabla por cada atributo
- c. 1
- d. 2
- e. Ninguna ✔
- f. 3

Correcta

Puntos para este envío: 1,00/1,00.

Pregunta **6**

Correcta

Puntúa 1,00 sobre 1,00

Observe el siguiente gráfico E/R. A continuación indique cuál es la descripción correcta del mismo:

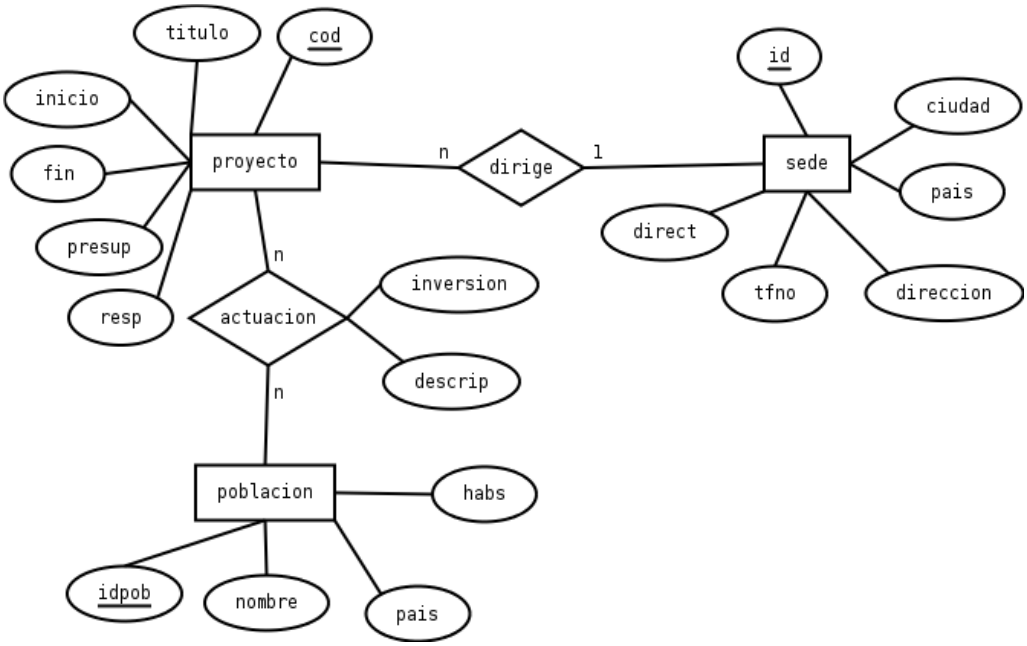

Seleccione una:

- a. Ninguna
- b. Una ONG desea elaborar una base de datos para llevar el seguimiento de todos sus proyectos. ✔
  - La ONG tiene diversas sedes en varios países que se encargan de gestionar y coordinar los proyectos en ese país,
  - cada proyecto puede afectar a una o varias poblaciones.
  - Sobre la sedes se desea mantener un identificador, la ciudad y país en el que se encuentra, junto con su dirección, un teléfono de contacto y el nombre del director.
  - Cada sede gestiona un conjunto de proyectos, con un código, un título, fechas de inicio y finalización, el presupuesto asignado y el nombre del responsable.
  - De cada proyecto es necesario conocer qué actuaciones se realizan en cada población, de las cuales se almacena el nombre, país y nº de habitantes y un identificador para diferenciarlas.
  - Además se desea la inversión del proyecto que corresponde a la población y una pequeña descripción de la actuación
- c. Todas incompletas
- d. Una ONG desea elaborar una base de datos para llevar el seguimiento de todos sus proyectos.
  - La ONG tiene diversas sedes en varios países que se encargan de gestionar y coordinar los proyectos en ese país,
  - cada uno de los cuales puede afectar a una o varias poblaciones.
  - Sobre la Población se desea mantener un nombre, identificador para poder diferenciarla, país y cantidad de habitantes.
  - Cada sede gestiona un conjunto de proyectos, con un código, un título, fechas de inicio y finalización, el presupuesto asignado y el nombre del responsable.
  - De cada proyecto es necesario conocer qué actuaciones se realizan en cada población, almacenando el nombre, país y nº de habitantes y un identificador para diferenciarlas.

  Además se desea la inversión del proyecto que corresponde a la población y una pequeña descripción de la actuación.
- e. Una ONG desea elaborar una base de datos para llevar el seguimiento de todos sus proyectos.
  - La ONG tiene diversas sedes en un países que se encargan de gestionar y coordinar los proyectos en ese país,
  - cada uno de los cuales puede afectar a una o varias Sedes.
  - Sobre la sedes se desea mantener un identificador, la ciudad y país en el que se encuentra, junto con su dirección, un teléfono de contacto y el nombre del director.

- Cada sede gestiona un conjunto de proyectos, con un código, un título, fechas de inicio y finalización, el presupuesto asignado y el nombre del responsable.
- De cada proyecto es necesario conocer qué actuaciones se realizan en cada población, almacenando el nombre, país y nº de habitantes y un identificador para diferenciarlas.
- Además se desea la inversión del proyecto que corresponde a la población y una pequeña descripción de la actuación.

Correcta

Puntos para este envío: 1,00/1,00.

Pregunta **7**

Incorrecta

Puntúa 0,00 sobre 1,00

Para poder instalar un motor de Base de datos, es necesario:

Seleccione una:

- a. haber iniciado los servicios de linux/windows correspondientes a ese motor ✖
- b. tener usuarios creados previamente como sysdba en el sistema operativo
- c. tener una partición en el disco especial para el motor
- d. Todas las anteriores
- e. Ninguna de las anteriores

Incorrecta

Puntos para este envío: 0,00/1,00.

Pregunta **8**

Correcta

Puntúa 1,00 sobre 1,00

En el siguiente MER:

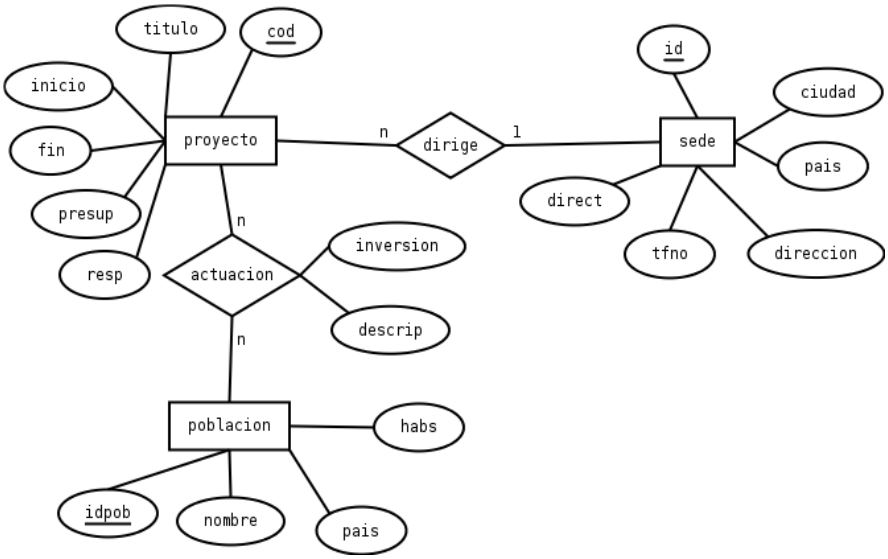

indicar cuáles de los siguientes atributos pueden ser multivaluados:

Seleccione una:

- a. direct
- b. habs
- c. direccion
- d. inicio
- e. tfno ✔

Correcta

Puntos para este envío: 1,00/1,00.

Pregunta **9**

Parcialmente correcta

Puntúa 0,50 sobre 1,00

Determinar la categoría de la siguientes relaciones binarias (1:1, 1:N, N:M):

Hombre está casado con Mujer, en una sociedad monogámica	1:1	✔
Manager representa Jugador de Fútbol	1:N	✔
Persona apuesta a número de quiniela	1:N	✖
Profesor dicta Materia	1:N	✖

Parcialmente correcta

Puntos para este envío: 0,50/1,00.

Pregunta **10**

Correcta

Puntúa 1,00 sobre 1,00

Al pasar el siguiente MER al Modelo relacional:

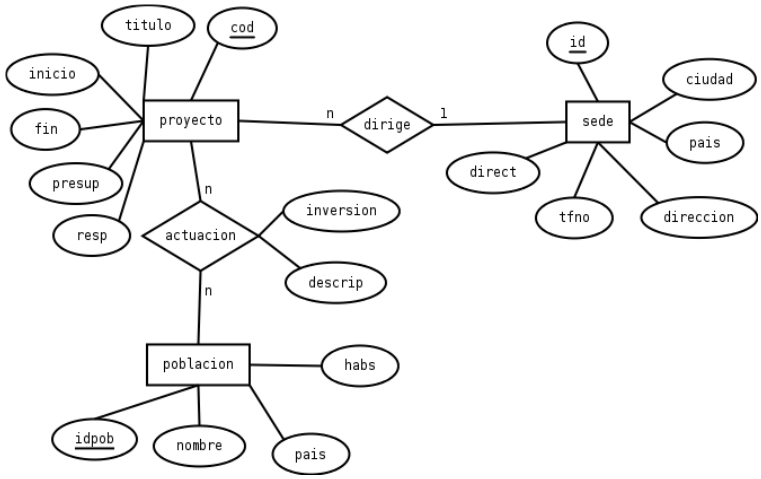

Cuántos atributos quedarán en la tabla proyecto?

Seleccione una:

- a. 6
- b. 7 ✔
- c. 9
- d. 8

Correcta

Puntos para este envío: 1,00/1,00.

◄ Zoom sábado 8 de mayo 10hs

Ir a...

Evaluación Parcial 1 - 19:00 hs. 3k10 ►

Comenzado el	lunes, 3 de mayo de 2021, 19:12
Estado	Finalizado
Finalizado en	lunes, 3 de mayo de 2021, 19:42
Tiempo empleado	30 minutos
Calificación	**5,67** de 10,00 (**57**%)

Pregunta **1**

Correcta

Puntúa 1,00 sobre 1,00

Observe el siguiente gráfico E/R.

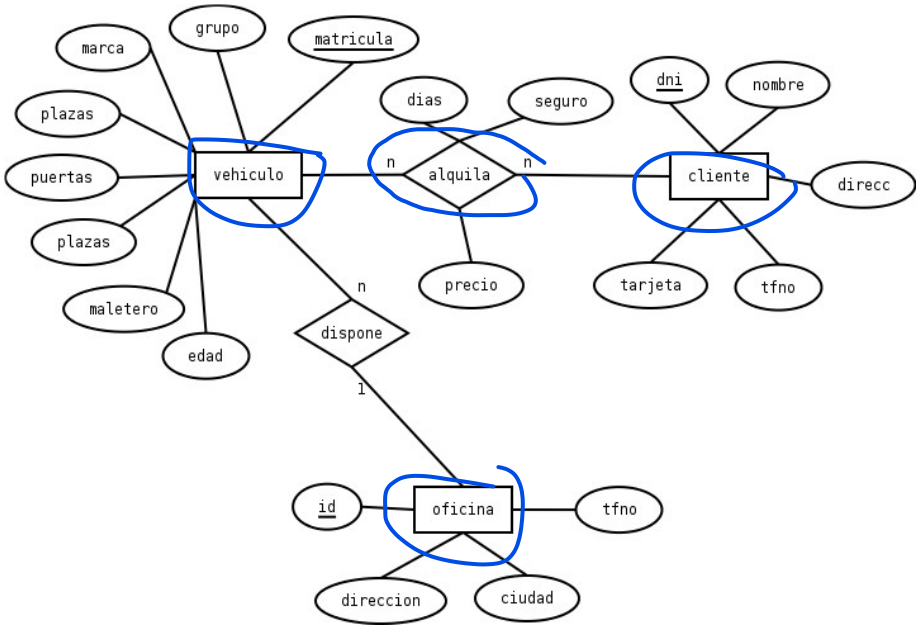

Indique cuantas tablas se generan al pasarlo al modelo relacional

Seleccione una:

- a. Más de 5
- b. 3
- c. 4
- d. 2
- e. 5

Correcta

Puntos para este envío: 1,00/1,00.

Pregunta **2**

Correcta

Puntúa 1,00 sobre 1,00

Observe el siguiente gráfico E/R.

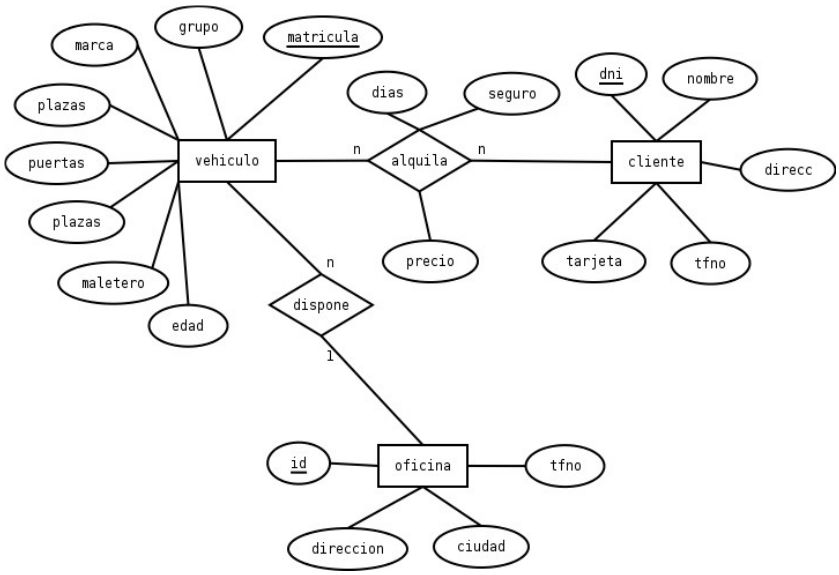

Indique cuantas tablas generan los atributos al pasarlo al modelo relacional

Seleccione una:

- a. 1
- b. 2
- c. 4
- d. 3
- e. Ninguna ✔
- f. 1 tabla por cada atributo

Correcta

Puntos para este envío: 1,00/1,00.

Pregunta **3**

Correcta

Puntúa 1,00 sobre 1,00

En el siguiente MER:

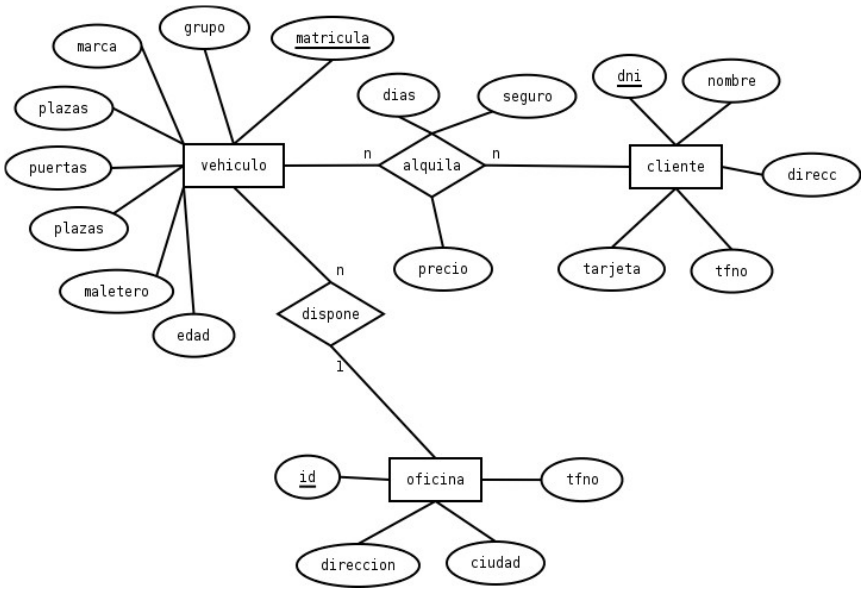

La cantidad de clientes que puede tener cada vehículo puede ser mayor a 1

Seleccione una:

- Verdadero ✔
- Falso

Correcta

Puntos para este envío: 1,00/1,00.

Pregunta **4**

Correcta

Puntúa 1,00 sobre 1,00

Al pasar el siguiente MER al Modelo relacional:

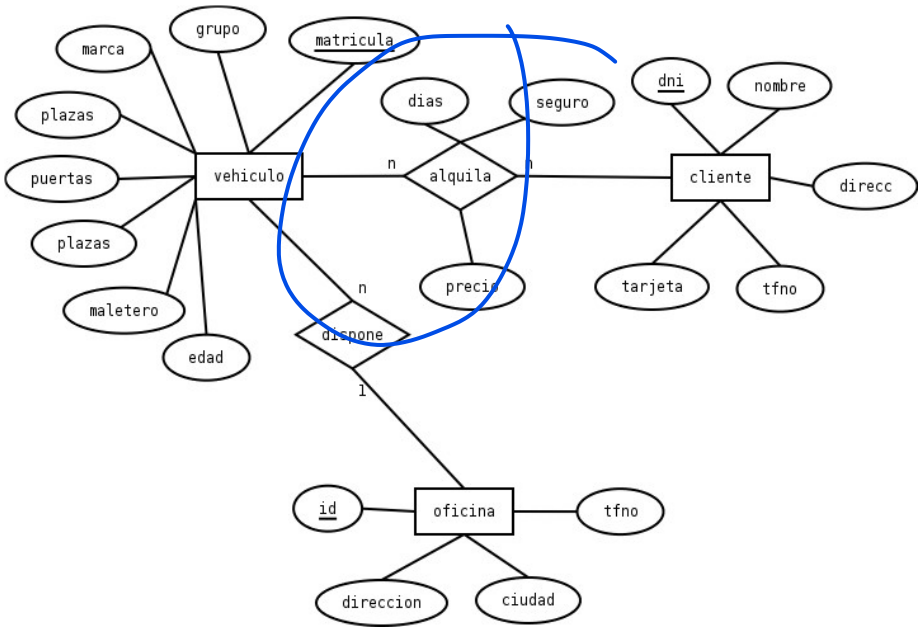

Cuántos tablas generan las relaciones?

Seleccione una:

- a. 1 ✔
- b. ninguna en este ejemplo
- c. 2
- d. Las relaciones nunca generan tablas

Correcta

Puntos para este envío: 1,00/1,00.

Pregunta **5**

Incorrecta

Puntúa 0,00 sobre 1,00

Al pasar el siguiente MER al Modelo relacional:

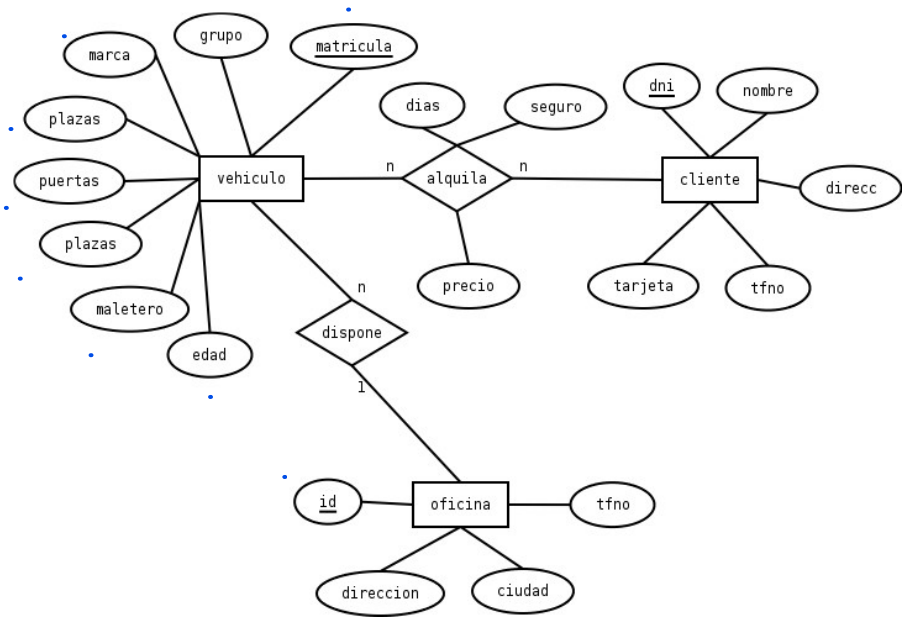

Cuántos atributos quedarán en la tabla vehículo?

Seleccione una:

- a. 9
- b. 10
- c. 8
- d. 7

Incorrecta

Puntos para este envío: 0,00/1,00.

Pregunta **6**

Incorrecta

Puntúa 0,00 sobre 1,00

En el siguiente MER:

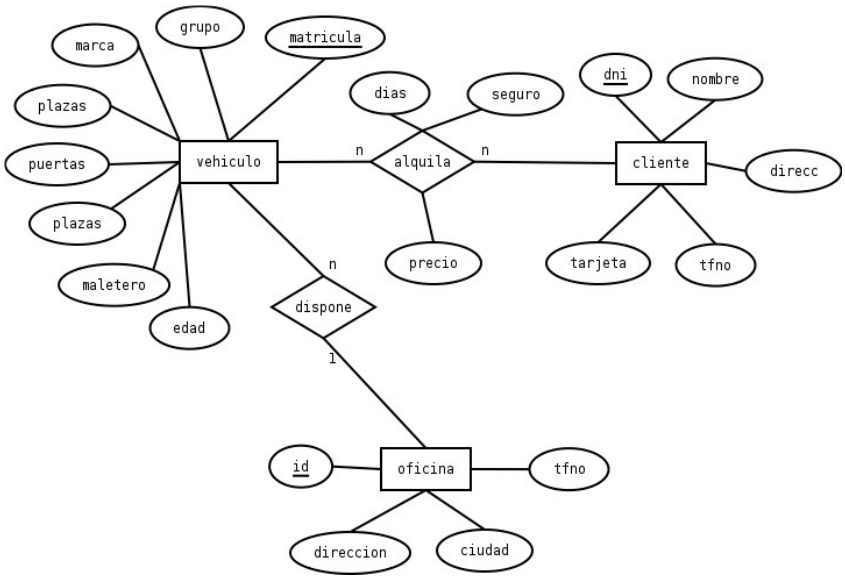

indicar cuáles de los siguientes atributos pueden ser derivados:

Seleccione una:

- a. tfno
- b. seguro
- c. direccion
- d. edad
- e. plazas

Incorrecta

Puntos para este envío: 0,00/1,00.

Pregunta **7**

Parcialmente correcta

Puntúa 0,67 sobre 1,00

Un motor de base de datos es un DBMS ✔ .

Un ejemplo del mismo puede ser DB2 ✔ .

Cuando el motor está instalado y funcionando, normalmente inicia un sysdba ✖ en el sistema operativo.

Parcialmente correcta

Puntos para este envío: 0,67/1,00. Contando con los intentos anteriores, daría **0,67/1,00**.

Pregunta **8**

Correcta

Puntúa 1,00 sobre 1,00

SQL Developer es:

Seleccione una:

- a. un motor de base de datos
- b. un Sistema de Bases de Datos
- c. Una herramienta de diseño de bases de datos
- d. Una herramienta que simplifica el desarrollo y administración de una base de datos ✔
- e. Todas las anteriores
- f. Ninguna de las anteriores

Correcta

Puntos para este envío: 1,00/1,00.

Pregunta **9**

Incorrecta

Puntúa 0,00 sobre 1,00

Para poder instalar un motor de Base de datos, es necesario:

Seleccione una:

- a. haber iniciado los servicios de windows correspondientes a ese motor
- b. tener usuarios creados previamente como sysdba en el sistema operativo
- c. tener una partición en el disco especial para el motor
- d. Todas las anteriores
- e. Ninguna de las anteriores

Incorrecta

Puntos para este envío: 0,00/1,00.

Pregunta **10**

Incorrecta

Puntúa 0,00 sobre 1,00

Observe el siguiente gráfico E/R. A continuación indique cuál es la descripción completa del mismo:

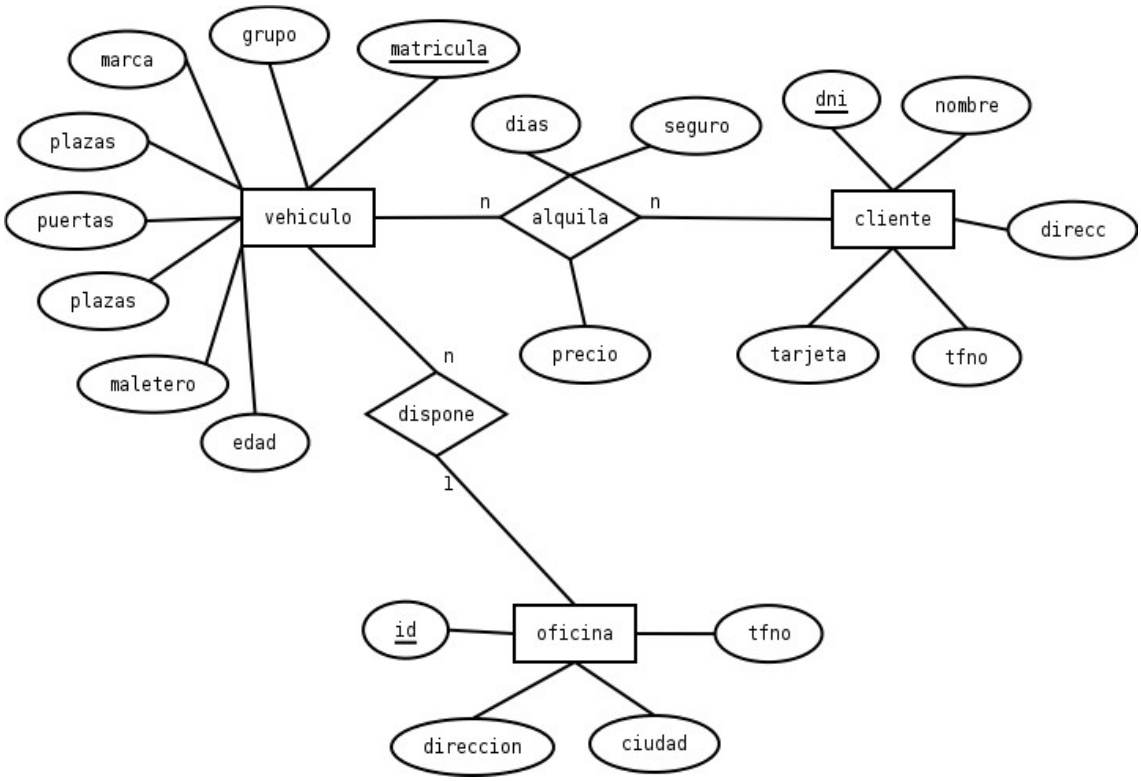

Seleccione una:

a. Una empresa de alquiler de vehículos desea conocer en todo momento el estado de su flota.

- La empresa tiene diversas oficinas repartidas por todo el territorio argentino. Cada oficina se identifica por un código único y se caracteriza por la ciudad en la que se encuentra y su dirección completa (calle, número y código postal) y teléfono.
- En cada oficina hay disponible un conjunto de coches, de los cuales se conoce su patente, el grupo al que pertenece: A, B, C, D, E, F o G (depende del tipo y tamaño del vehículo), la marca, el modelo, el color de puertas, el número de plazas, la capacidad del maletero y la edad mínima exigida para el alquiler.
- Los clientes pueden alquilar el vehículo en sólo una oficina.
- Para llevar el control del estado de cada vehículo, la empresa mantiene un registro de todos los alquileres que ha sufrido, indicando para cada uno de ellos el nombre del conductor, su DNI, su dirección, un teléfono de contacto y un número de tarjeta de crédito sobre la que realizar los cargos correspondientes. Además de esta información de los clientes, para cada alquiler se almacena su duración (en días), el tipo de seguro contratado y el precio total.

b. Una empresa de alquiler de vehículos desea conocer en todo momento el estado de su flota.

- La empresa tiene diversas oficinas repartidas por todo el territorio argentino. Cada oficina se identifica por un código único y se caracteriza por la ciudad en la que se encuentra y su dirección completa (calle, número y código postal) y teléfono.
- En cada oficina hay disponible un conjunto de coches, de los cuales se conoce su matrícula, el grupo al que pertenece: A, B, C, D, E, F o G (depende del tipo y tamaño del vehículo), la marca, el modelo, el número de puertas, el número de plazas, la capacidad del maletero y la edad mínima exigida para el alquiler.
- Los clientes pueden alquilar en cualquier oficina.
- Para llevar el control del estado de cada vehículo, la empresa mantiene un registro de todos los alquileres que ha sufrido, indicando para cada uno de ellos el nombre del conductor, su DNI, su dirección, un celular de contacto, y un número de tarjeta de crédito sobre la que realizar los cargos correspondientes. Además de esta información de los clientes, para cada alquiler se almacena su duración (en días), el tipo de seguro contratado y el precio total.

c. Todas incompletas

d. Una empresa de alquiler de vehículos desea conocer en todo momento el estado de su flota.

- La empresa tiene diversas oficinas repartidas por todo el territorio argentino. Cada oficina se identifica por un código único y se caracteriza por la ciudad en la que se encuentra y su dirección completa (calle, número y código postal) y teléfono.
- En cada oficina hay disponible un conjunto de coches, de los cuales se conoce su matrícula, el grupo al que pertenece: A, B, C, D, E, F o G (depende del tipo y tamaño del vehículo), la marca, el modelo, el número de puertas, el número de plazas, la capacidad del maletero y la edad mínima exigida para el alquiler.
- Los clientes pueden alquilar el vehículo en sólo una oficina.
- Para llevar el control del estado de cada vehículo, la empresa mantiene un registro de todos los alquileres que ha sufrido, indicando para cada uno de ellos el nombre del conductor, su DNI, su dirección, un teléfono de contacto y un número de tarjeta de crédito sobre la que realizar los cargos correspondientes. Además de esta información de los clientes, para cada alquiler se almacena su duración (en días), el tipo de seguro contratado y el precio total.

e. Ninguna

Incorrecta

Puntos para este envío: 0,00/1,00.

◄ Evaluación Parcial 1 - 19:00 hs. 3K9

Ir a...

Clase 10/05 - 14:30 hs ►